الجمهورية الجزائرية الديمقراطية الشعبية

وزارة التربية الوطنية — مديرية التربية لولاية ورقلة

متوسطة الشهيد بن موسى الحاج — يوم :الثلاثاء 05 مارس 2019

المستوى: أولى متوسط — المدة: ساعتـــــان

﴿الاختبـــــار الثاني في مـادة الرياضيـــــــات﴾

الجزء الأول: (13 نقطة)

التمرين الأول: (04 نقاط)

لبائع ورود 183 وردة ، حضر باقات من الورود تحتوي كل باقة على 13 وردة .

1. كم باقة من الورود حضر البائع؟ " يُطلب وضع العملية العمودية "
2. ما هو عدد الورود المتبقية؟
3. أجر عملية القسمة العشرية للعدد 219,8 على 4

التمرين الثاني: (04,5 نقاط)

المعدلات الفصلية لمريم في مادة الرياضيات كانت كما يلي :

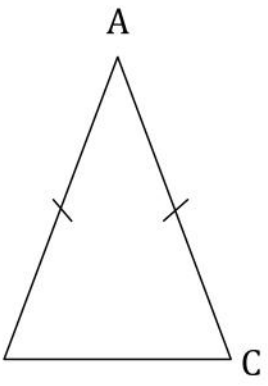
الفصل الأول 15,83 — الفصل الثاني 16,12 — الفصل الثالث 16,52

1. أعط المعدل المقرب إلى الوحدة بالنقصان لكل فصل.
2. أكمل الجدول الموالي بوضع علامة (×) في الخانات المناسبة :

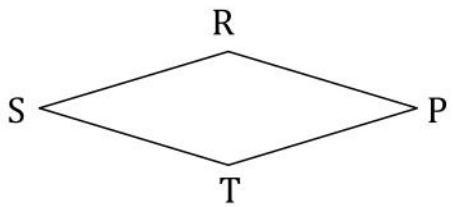
يقبل القسمة على / العدد	4	5	9
3716			
6813			
3975			

التمرين الثالث: (04,5 نقاط)

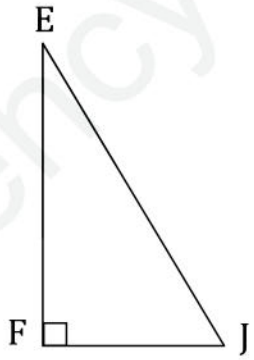
1. علبة جبن قطرها $11cm$ أحسب محيطها؟
2. انشئ على ورقة إجابتك مثيل كل شكل من الأشكال التالية باستعمال أدوات مناسبة.



الشكل 01



الشكل 02



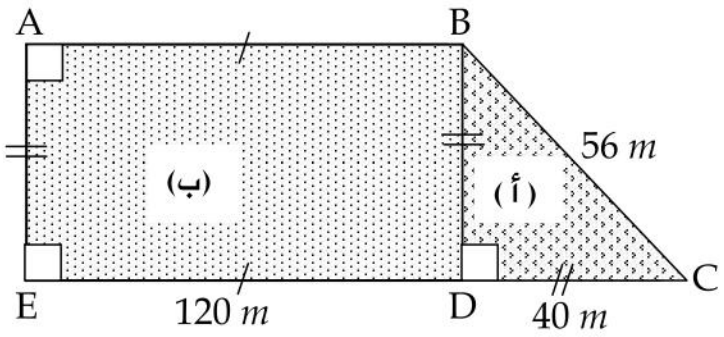
الشكل 03

1am.ency-education.com

الجزء الثاني: (07 نقاط)

المســـــألـــــة:

استفاد علي من قطعة أرض في إطار استصلاح الأراضي الفلاحية ، حيث خصص الجزء (أ) لزراعة البطاطا والجزء (ب) خصصه لغرس أشجار الزيتون كما هي موضحة في الشكل أسفله.



1. أُحسب المساحة المزروعة بطاطا وكذلك المساحة المغروسة زيتوناً.
2. يريد علي إحاطة أرضه بسياج مع ترك ممر لدخول سيارته يقدر بـــ 5 أمتار.
   - أُحسب طول هذا السياج.
   - أُحسب تكلفة التسييج إذا علمت أن سعر المتر الواحد من السياج هو $300\ DA$.

ملاحظة : - استخدِم لوناً واحداً للكتابة والتسطير ، القلم الأزرق أو الأسود فقط .

- يسمح استعمال الآلـــــة الحاسبة.

الأستاذ بلعكري عادل يتمنى لكم التوفيق

1am.ency-education.com