متوسطة حباس محمد .ع الدفلى	المستوى: الأولـــى متوسط	المـــدة : 2 ساعة

الاختبار الثاني في مادة الرياضيات

التمرين الأول:

1) اجري القسمة العشرية للعدد 226 على 7 (توقف بعد رقمين خلف الفاصلة للحاصل)

2) انقل ثم اتمم الجدول :

حاصل القسمة	مقربه إلى الوحدة بالنقصان	مقربه إلى الوحدة بالزيادة	مدوره إلى الوحدة	حصره بين عددين طبيعيين متتاليين
$226 \div 7$				$\ldots < 226 \div 7 < \ldots$

التمرين الثاني:



- في حصة الرياضة رمى عصام الجلة في النقاط التالية :

$A(\frac{4}{3})$ ، $B(2+\frac{1}{3})$ ، $C(3-\frac{1}{3})$

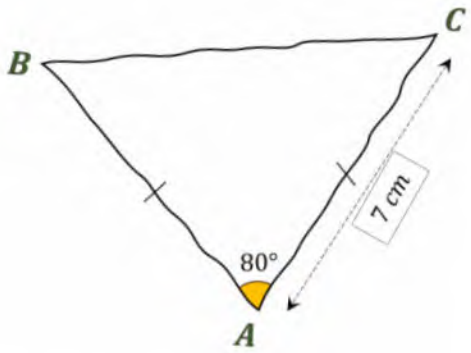
1) عين على نصف مستقيم مدرج النقط : A ، B ، C

2) سقطت من يد عصام الجلة في النقطة D ، أكتب فاصلتها .

- اراد عصام أن تكون رميته الأخيرة أكثر من ثلاث وحدات ، وعند رميه وصلت لعشرة أثلاث

3) هل تحقق ما أراده عصام ؟ ولماذا ؟

التمرين الثالث:



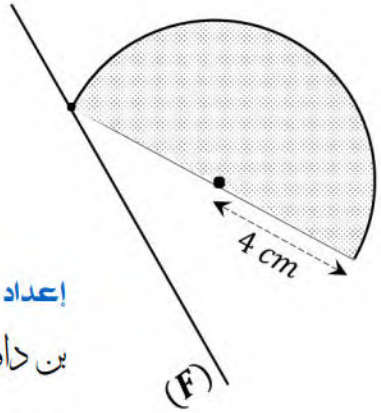
- الشكل المقابل مرسوم بيد حرة .

1) اعد رسم الشكل بدقة على ورقتك .

2) أنشئ منصف الزاوية $\widehat{BAC}$ الذي يقطع $[BC]$ في النقطة D

3) ماذا يمثل المستقيم (AD) بالنسبة للمثلث ABC

التمرين الرابع :



- الشكل هو نصف قرص نصف قطره $4\ cm$ يمسه المستقيم (F) في نقطة .

1) أنشئ نظير هذا النصف قرص بالنسبة للمستقيم (F)

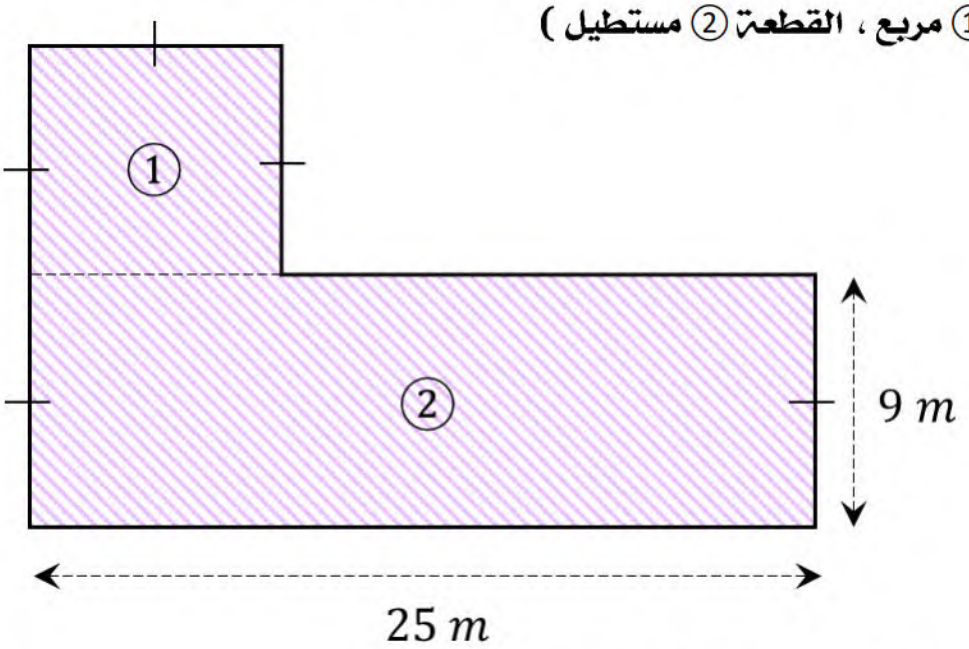
2) احسب محيط هذا النصف قرص .

إعداد الأستاذ
بن داودي علي

الوضعية الادماجية :

اشترى خالد قطعة ارض فلاحية ليستثمرها في زراعة الورود كما يبينها الشكل :

(القطعة ① مربع ، القطعة ② مستطيل)



1) **أحسب المساحة الاجمالية للأرض التي اشتراها خالد .**

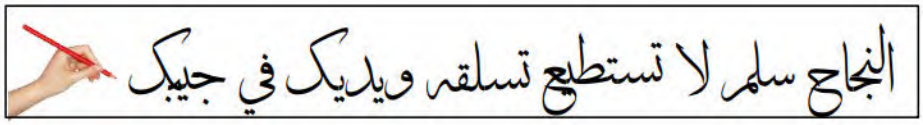
2) **أراد حمايتها بسياج لمنع الغرباء من الدخول ، احسب طول السياج اللازم لذلك .**

- **انتجت ارضه 1083 وردة فقام بوضعها على شكل باقات**

بحيث في كل باقة وضع 13 وردة .

3) **احسب عدد الباقات وعدد الورود الباقية (وضح العملية)**





تصحيح الاختبار الأول في الرياضيات

التمرين الأول :

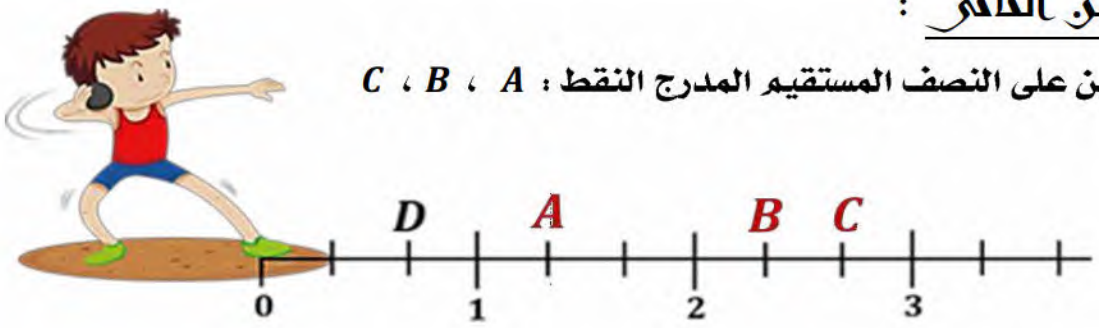
1) اجري القسمة العشرية للعدد 226 على 7

$$\begin{array}{r|l} 226 & 7 \\ \underline{-21} & \\ 016 & 32,28 \\ \underline{-14} & \\ 020 & \\ \underline{-14} & \\ 060 & \\ \underline{-56} & \\ 04 & \end{array}$$

2) نقل ثم اتمام الجدول :

حاصل القسمة	مقربه إلى الوحدة بالنقصان	مقربه إلى الوحدة بالزيادة	مدوره إلى الوحدة	حصره بين عددين طبيعيين متتاليين
$226 \div 7$	32	33	32	$32 < 226 \div 7 < 33$

التمرين الثاني :

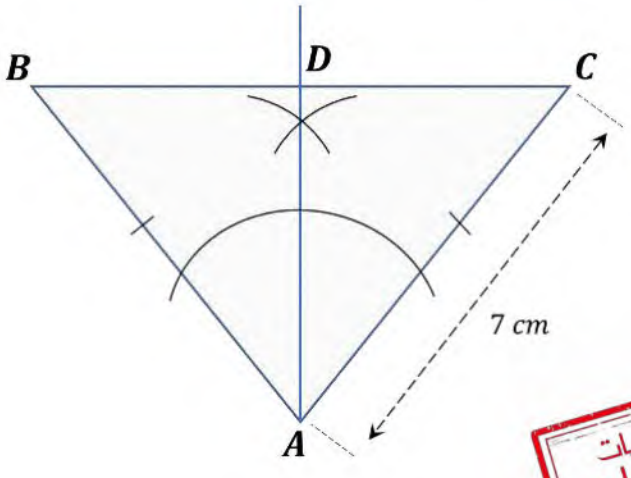


1) تعيين على النصف المستقيم المدرج النقط : A ، B ، C

2) فاصلة النقطة D هي : $D\left(\frac{2}{3}\right)$

3) نعم تحقق ما أراده عصام في رميته الاخيرة لأن : عشرة أثلاث أكبر من 3 وحدات .

التمرين الثالث :



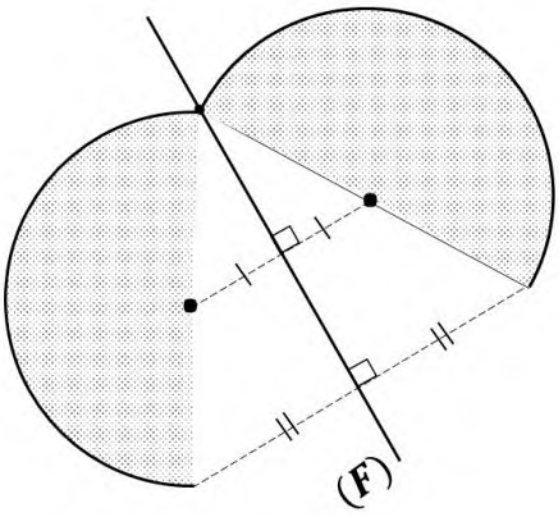
1) رسم الشكل مع انشاء منصف الزاوية $\widehat{BAC}$

3) يمثل المستقيم (AD) بالنسبة

للمثلث ABC محور تناظره



التمرين الرابع :



1) أنشئ نظير النصف قرص بالنسبة لـ (F)

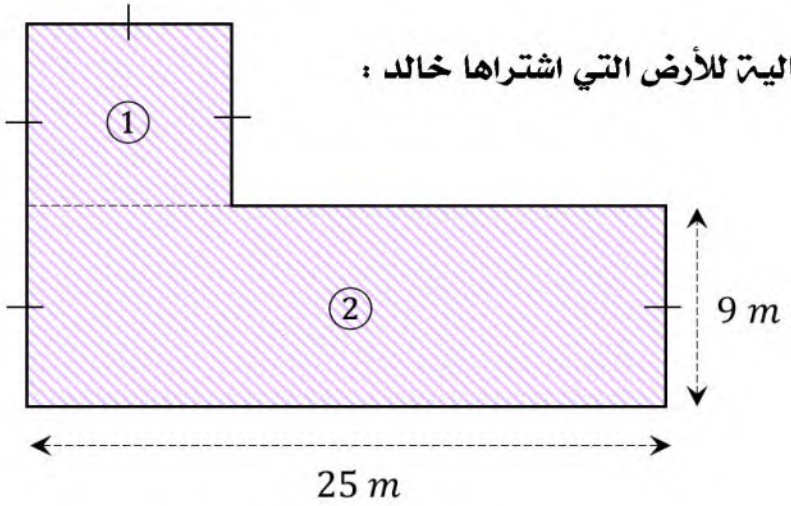
2) حساب محيط هذا النصف قرص :

$$P = \frac{2\times\pi\times r}{2}$$

$$P = \frac{2\times 3.14\times 4}{2}$$

$$P = 12.56\ cm$$

الوضعية :



1) حساب المساحة الاجمالية للأرض التي اشتراها خالد :

مساحة القطعة ① :

$$S_1 = 9 \times 9 = 81\ m^2$$

مساحة القطعة ② :

$$S_2 = 25 \times 9 = 225\ m^2$$

ومنه المساحة الاجمالية للأرض :

$$S = 81 + 225 = 306\ m^2$$

2) طول السياج اللازم لحماية الأرض :

$$P = 25 + (9 \times 5) + 16 = 86\ m$$

3) عدد الباقات وعدد الورود الباقية :

- نجري القسمة الإقليدية لـ 1083 على 13

$$\begin{array}{r|l} 1083 & 13 \\ \hline 104 & 83 \\ 0043 & \\ 39 & \\ \hline 04 & \end{array}$$

ومنه نستنتج أن : عدد الباقات : 83

عدد الورود الباقية 4

اضغط هنا للوصول لصفحة بن داودي