نموذج 1 — اختبار الفصل الثاني — أولى متوسط

التمرين الأول :

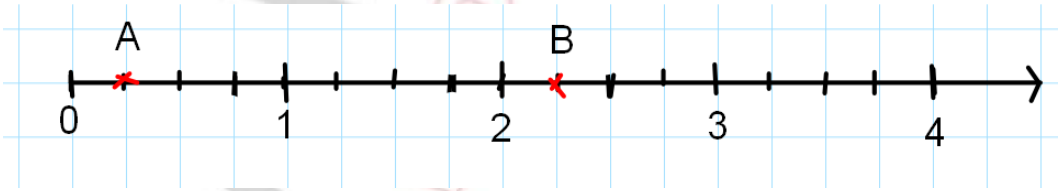
- أتمم الجدول الآتي بوضع علامة (×) في الخانة المناسبة :

	2	3	4	5	9
3016 يقبل القسمة على					
58722 يقبل القسمة على					
130 يقبل القسمة على					
5184 يقبل القسمة على					

- انجز عموديا القسمة الإقليدية للعدد 34 على 5 ثم أكمل ما يلي : ... + .. . × ... = 34.
- انجز عموديا القسمة العشرية للعدد 41,4 على 12 مع إعطاء مدورإلى الوحدة لحاصل القسمة .

التمرين الثاني :

1) إليك نصف مستقيم المدرج التالي :



أ/ عين فاصلتي النطتين A و B .

ب/ أعد رسم نصف المستقيم المدرج ثم علم عليه النقاط :

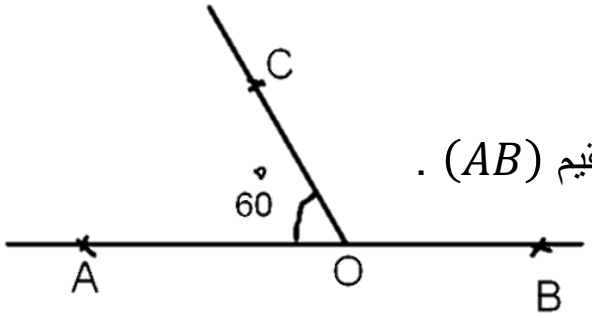
$$C\left(\frac{5}{4}\right) \quad , \quad D\left(\frac{3}{2}\right) \quad , E\left(\frac{9}{12}\right) \quad , \quad F\left(4-\frac{3}{4}\right) \quad , \quad G\left(2+\frac{3}{4}\right)$$

2) انقل و اتمم :

$$\frac{28}{2} \times \ldots = 28 \quad ، \quad \frac{\ldots}{\ldots} \times 7 = 3 \quad ، \quad \frac{17}{3} \times 3 = \ldots$$

موقع الدراسة
eddirasa.com

التمرين الثالث :



تمعن في الشكل المقابل :

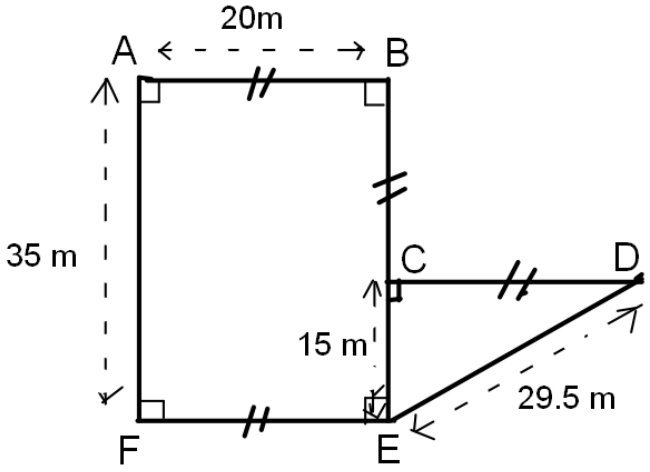
1- ما هي نظيرة النقطة O بالنسبة للمستقيم (AB) .

2- أنشئ النقطة C' نظيرة النقطة C بالنسبة إلى المستقيم (AB) .

3- ما نوع المثلث COC' ؟

الوضعية الإدماجية :

الجزء الأول :



الشكل المقابل يمثل قطعة أرض مهيئة لزراعتها .

إشتراها ماسينيسا بـ 1000 دينار جزائري للمتر المربع الواحد .

1) احسب مساحة هذه القطعة بالمتر المربع .

2) ما هو المبلغ الذي دفعه ماسينيسا لشراء هذه القطعة ؟

الجزء الثاني:

يريد ماسينيسا تسييج أرضه بسياج حيث يترك مدخلا عرضه $4{,}5\ m$

-إذا كان ثمن المتر الواحد من السياج هو 350 DA .

1) احسب طول السياج الواجب شراؤه لتسييج هذه القطعة .

2) ساعد ماسينيسا في حساب المبلغ الإجمالي لتسييج القطعة الأرضية .

الجزء الثالث :

يريد ماسينيسا زرع خمسي $\left(\frac{2}{5}\right)$ مساحة هذه القطعة الأرضية طماطم .

1) ساعده في إيجاد المساحة المخصصة لزرع الطماطم .

2) استنتج المساحة المتبقية .

Alouani Mohamed
Collège maths
موقع الدراسة
eddirasa.com

التمرين الأول :

- أتمم الجدول الآتي بوضع علامة (×) في الخانة المناسبة :

	2	3	4	5	9
3016 يقبل القسمة على	×		×		
58722 يقبل القسمة على	×	×			
130 يقبل القسمة على	×			×	
5184 يقبل القسمة على	×	×	×		×

- انجز عموديا القسمة الإقليدية للعدد 34 على 5 ثم أكمل ما يلي : 34 = 5 × 6 + 4.
- انجز عموديا القسمة العشرية للعدد 41,4 على 12 مع إعطاء مدورإلى الوحدة لحاصل القسمة .

- القسمة الإقليدية للعدد 34 على 5

34 | 5
30 | 6
04

القسمة العشرية للعدد 41,4 على 12

41,40 | 12
-36 | 3,45
054
-48
060
-60
00

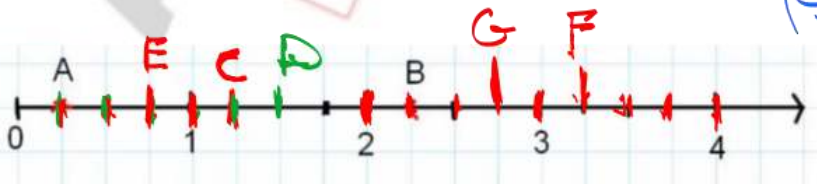
مدور إلى الوحدة: 3

التمرين الثاني :

1/ فاصلتي النقطتين A و B

$A\left(\frac{1}{4}\right)$; $B\left(\frac{9}{4}\right)$

ب/



2/ رتبا :

$D\left(\frac{3\times2}{2\times2}=\frac{6}{4}\right)$

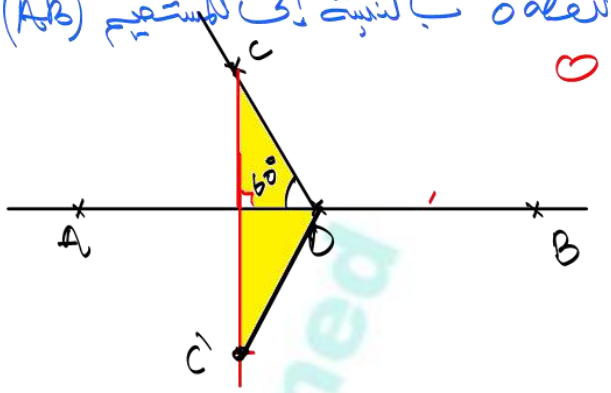
$E\left(\frac{9\div3}{12\div3}=\frac{3}{4}\right)$

$\frac{17}{3}\times3=17$ / $\frac{3}{4}\times7=3$ / $\frac{28}{2}\times2=28$ (2

موقع الدراسة
eddirasa.com

التمرين الثالث :

نظيرة النقطة C بالنسبة إلى المستقيم (AB) هي : D



3) (CC') مثلث متساوي الساقين في D .

الوضعية الإدماجية :

1) حساب مساحة هذه القطعة :
حساب مساحة المستطيل ABEF
$S_1 = 20 \times 35 = 700\ m^2$.
حساب مساحة المثلث القائم
$S_2 = \frac{15 \times 20}{2} = \frac{300}{2} = 150\ m^2$
إذن مساحة قطعة الأرض هي : 850 m^2

$S = S_1 + S_2 = 700 + 150$

2) حساب المبلغ الذي دفعه ماسينيسا لشراء هذه القطعة.
$850 \times 1000 = 850\,000$
دفع 850 000 د.ج .

الجزء الثاني :

1) حساب طول السياج الواجب شراؤه.
نحسب محيط قطعة الأرض
$P = 35 + 20 + 20 + 20 + 29.4 + 20$
$P = 144.4$
وعليه طول السياج هو : 140 m.
$144.4 - 4.4 = 140$

2) مساعدة ماسينيسا في حساب المبلغ الإجمالي لتسييج القطعة.
$140 \times 350 = 49\,000$ DA
المبلغ الإجمالي لتسييج الأرض هو 49 000 د.ج

الجزء الثالث

مساعدة ماسينيسا في إيجاد المساحة المتبقية لزرع الخضر.
$850 \times \frac{2}{5} = (850 \times 2) \div 5$
$= 1700 \div 5$
$= 340$
إذن المساحة المزروعة لزراعة الخضر هي 340 m^2

استنتاج المساحة المتبقية
$850 - 340 = 510$
إذن المساحة المتبقية هي 510 m^2.

Alloudani Mohamed prof de maths
موقع الدراسة eddirasa.com