الجمهورية الجزائرية الديمقراطية الشعبية

✓مديرية التربية لولاية جيجل ✓المستوى: الأولى جذع مشترك علوم وتكنولوجيا

✓ثانوية محمد راشدي -سيدي معروف ⏲ المدة: ساعتان

★ إختبار الفصل الأول في مادة الرياضيات ★

التمرين الأول:

(I) نعتبر العددين الطبيعيين $a = 990$ و $b = 378$

1) حلل العددين b و a إلى جداء عوامل أولية.

2) أُحسب $PGCD\,(a;b)$ و $PPCM\,(a;b)$.

3) أُكتب الكسر $\frac{a}{b}$ على شكل غير قابل للإختزال.

4) أُدرس أولية العدد 113.

(II) نعتبر الأعداد التالية: $A = 0,3\underline{81}$ ؛ $B = \dfrac{(-27)^2 \times 8^{-3} \times 14}{(4^{-2})^{-1} \times (-25)^3 \times 10^{-2}}$

$C = \sqrt{3-2\sqrt{2}} \times \sqrt{3+2\sqrt{2}}$ ؛ $D = \dfrac{1.2 \times 10^{-3} \times 2^4}{8 \times (-2) \times 10^{-4}}$

1) عين طبيعة العدد A ثم أُكتبه على شكل كسر.

2) بسّط الأعداد B و C ، ثم عين أصغر مجموعة ينتمي إليها كل منها.

3) أُكتب العدد D على الشكل العلمي.

التمرين الثاني:

(I) أكمل الجدول التالي:

الحصر	المجال	المسافة	القيمة المطلقة
$-\frac{1}{3} \leq x \leq 4$			
	$x \in \left]-\frac{9}{2};3\right[$		
		$d\,(x,0) \leq 2$	
			$\lvert x+3\rvert < \frac{1}{2}$

(II) نعتبر المجالين $E = \left]-2;\frac{5}{2}\right]$ و $F = \left[-\frac{1}{2};4\right[$

1) مثّل المجالين على المستقيم العددي المزود بمعلم $(O;I)$.

2) عيّن $E \cap F$ و $E \cup F$.

(III) حل في $\mathbb{R}$ المعادلة والمتراجحة التاليتين: **1)** $|2x-2| = 6$ **2)** $|x-1| < 2$

موقع الدراسة eddirasa.com

التمرين الثالث:

(I) a و b **عددان حقيقيان حيث:** $a = 3\sqrt{3}$ و $b = 2\sqrt{7}$

1) **أثبت أن:** $a - b = \dfrac{-1}{3\sqrt{3} + 2\sqrt{7}}$

2) **إستنتج مقارنة بين العددين** a و b .

(II) x و y **عددان حقيقيان حيث:** $-4 < x < -1$ و $2 < y < 5$

- **جِدْ حصرًا للأعداد التالية:**

1) $y - x$ **2)** $1 - xy$ **3)** $\sqrt{\dfrac{y-x}{1-xy}}$ **4)** $x^2 + y$

موقع الدراسة
eddirasa.com

☺☺بالتوفيق للجميع☺☺

التمرين الأول : (7ن)

(I) $a=990$ ؛ $b=378$

1) تحليل العددين a و b :

لدينا :

990	2
495	3
165	3
55	5
11	11
1	

378	2
189	3
63	3
21	3
7	7
1	

0,5 • $990 = 2\times 3^2\times 5\times 11 = a$: ومنه

0,5 • $378 = 2\times 3^3\times 7 = b$ و

2) حساب :

0,5 • $PGCD(a,b) = 2\times 3^2 = 18$.

0,5 • $PPCM(a,b) = 2\times 3^3\times 5\times 7\times 11 = 20790$.

3) كتابة العدد على شكل غير قابل للاختزال :

0,5 $\frac{a}{b} = \frac{990}{378} = \frac{990\div 18}{378\div 18} = \frac{55}{21}$.

4) دراسة أولية العدد 113 :

القاسم	2	3	5	7	11
قابلية القسمة	✗	✗	✗	✗	✗
الحاصل	56	37	22	16	10

0,5 نلاحظ أن الحاصل (10) أصغر من القاسم (11)

0,25 وأن العدد 113 عدد أولي .

(II) $A=0,381$ ؛ $B=\dfrac{(-27)^2\times 8^{-3}\times 14}{(4^{-2})^{-1}\times(-25)^3\times 10^{-2}}$

$C=\sqrt{3-2\sqrt{2}}\times\sqrt{3+2\sqrt{2}}$ ؛ $D=\dfrac{1,2\times 10^{-3}\times 2^4}{8\times(-2)\times 10^{-4}}$

1) كتابة A كتابة كسرية .

0,5 • العدد A عدد ناطق .

• لدينا : A عدد فاصلة كتابته العشرية بعد الفاصلة دورية . حيث أرقام الدور ليست مباشرة بعد الفاصلة . وعددها : $n=2$.

0,75 ومنه b عدد ناطق كتابته العشرية دورية حيث أرقام الدور مباشرة بعد الفاصلة . ومنه : $m=1$ ، $n=2$ ؛ ومنه نضع :

$b=10A=3,\overline{81}$

ومنه لدينا من جهة : $10^2b-b=99b$

ومن جهة أخرى :

$10^2b-b=100(3,\overline{81})-(3,\overline{81})$

$=(381,\overline{81})-(3,\overline{81})=378$

وعليه يصبح لدينا : $99b=378$

أي : $b=\dfrac{378}{99}$

لكن $b=10A$ أي $A=\dfrac{b}{10}$

$A=\dfrac{\frac{378}{99}}{10}=\dfrac{378}{990}\left(=\dfrac{21}{55}\right)$ ومنه

2) تبسيط الأعداد :

• $B=\dfrac{(-27)^2\times 8^{-3}\times 14}{(4^{-2})^{-1}\times(-25)^3\times 10^{-2}}$.

$=-\dfrac{27^2\times 14\times 10^2}{4^2\times 25^3\times 8^3}$.

0,75 $=-\dfrac{(3^3)^2\times(7\times 2)\times(5\times 2)^2}{(2^2)^2\times(5^2)^3\times(2^3)^3}$

$=-\dfrac{3^6\times 7\times 2\times 5^2\times 2^2}{2^4\times 5^6\times 2^9}$.

$=-\dfrac{3^6\times 2^3\times 5^2\times 7}{2^{13}\times 5^6}=\dfrac{-3^6\times 7}{2^{13-3}\times 5^{6-2}}$

$=-\dfrac{3^6\times 7}{2^{10}\times 5^4}\left(=\dfrac{5103}{640000}\right)$

0,25 0,25 • العدد B عدد عشري .

eddirasa.com

Scanné avec CamScanner

• $C = \sqrt{3-2\sqrt{2}} \times \sqrt{3+2\sqrt{2}}$.

$= \sqrt{(3-2\sqrt{2}) \times (3+2\sqrt{2})}$ (0,75)

$= \sqrt{3^2 - (2\sqrt{2})^2} = \sqrt{9-4\times 2}$

$= \sqrt{9-8} = \sqrt{1} = 1$

• العدد C عدد طبيعي. (0,25)

-3) $D = \dfrac{1,2\times 10^{-3}\times e^4}{8\times(-2)\times 10^{-4}}$

$= -\dfrac{1,2\times 10^4 \times e^4}{2^3\times 2\times 10^3}$

$= -1,2\times 10^{4-3} = -1,2\times 10$ (0,5)

(أو بالآلة الحاسبة: $D=-1e$; $D=-1,2\times 10$)

التمرين الثاني: (09 نقاط)

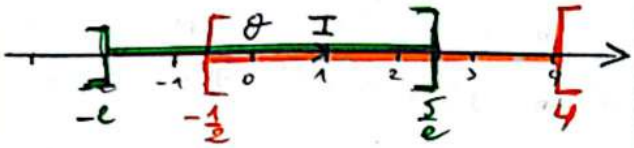
(I) إكمال الجدول:

العلاقة المكافئة	المجال	الرسم
$\left\|x-\frac{11}{6}\right\| \leq \frac{13}{6}$	$x\in[-\frac{1}{3};4]$	$-\frac{1}{3}\leq x\leq 4$
$\left\|x+\frac{3}{4}\right\| < \frac{15}{4}$	$x\in\left]\frac{9}{2};3\right[$	$\frac{9}{2}< x<3$
$\|x\| \leq 2$	$x\in[-2;2]$	$-2\leq x\leq 2$
$\|x+3\| > \frac{1}{2}$	$x\in\left]-\frac{7}{2};-\frac{5}{2}\right[$	$-\frac{7}{2}< x< -\frac{5}{2}$

(0,25 × 12)

(1) $C = \dfrac{4-\frac{1}{3}}{2} = \dfrac{\frac{12-1}{3}}{2} = \dfrac{11}{6}$; $r = \dfrac{4+\frac{1}{3}}{2} = \dfrac{\frac{12+1}{3}}{2} = \dfrac{13}{6}$ (0,25 + 0,25)

(II) 1) تمثيل المجموعات:



(0,5 + 0,5)

2) • $E\cap F = \left[-\frac{1}{2};\frac{5}{2}\right]$. (0,5)

• $E\cup F =]-2;4[$. (0,5)

3) $F = \left[-\frac{1}{2};4\right[$; $E =]-2;\frac{5}{2}]$: (II)

(III) حل المعادلة والمتراجحة:

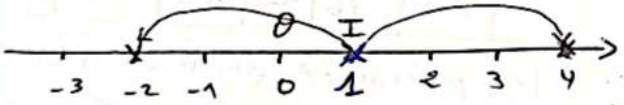
1) $|2x-2| = 6$ (1) ---

* طريقة 1: لدينا: $|2(x-1)| = 6$

أي: $2|x-1| = 6$ وهذا: $|2||x-1| = 6$

ومنه: $|x-1| = 3$.

وعليه: $d(x;1) = 3$



ومنه $x=-2$ أو $x=4$ (1)

* طريقة 2:

لدراسة إشارة $2x-2$:

x	$-\infty$		1		$+\infty$
$2x-2$		$-$	0	$+$	
المعادلة (1)		$-2x+2=6$		$2x-2=6$	

• على المجال $]-\infty;1]$ المعادلة (1) تكافئ $-2x+2=6$ ومنه $x=-2$

موقع الدراسة eddirasa.com

Scanné avec CamScanner

$x = -2$ أي $-2x = 4$ ومنه:

(مقبول)

• حل المعادلة (1) على المجال $]1, +\infty[$

نكافئ: $2x - 2 = 6$

ومنه: $2x = 8$ أي: $x = 4$

مقبول

إذن حلا المعادلة (1) هما: $S = \{-2, 4\}$


* الطريقة 01: $|x-1| < 2$ تعني

$x \in]1-2; 1+2[$

أي: $x \in]-1, 3[$

* الطريقة 02: $|x-1| < 2$ تعني:

$d(x, 1) < 2$



إذن: $x \in]-1, 3[$

* الطريقة 03: ندرس إشارة $x-1$ حسب القيم:

x	$-\infty$		1		$+\infty$
$x-1$		$-$	0	$+$	
العبارة بدون القيمة المطلقة (2)	$-x+1 < 2$			$x-1 < 2$	

• على المجال $]-\infty, 1]$ العبارة بدون القيمة المطلقة هي (2)

نكافئ: $-x+1 < 2$

ومنه: $-x < 1$ أي $x > -1$

إذن: $x \in]-1, +\infty[$ و $x \in]-\infty, 1]$

إذن: $x \in]-1, +\infty[\cap]-\infty, 1] =]-1, 1]$

• على المجال $]1, +\infty[$ العبارة بدون القيمة المطلقة هي (2)

نكافئ: $x - 1 < 2$

ومنه: $x < 3$ أي: $x \in]-\infty, 3[$

و إذن: $x \in]1, +\infty[$

$x \in]-\infty, 3[\cap]1, +\infty[$

إذن: $x \in]1, 3[$

و منه حل المتراجحة (2) هي:

$S =]-1, 1] \cup]1, 3[$

أي: $S =]-1, 3[$.

التمرين الثالث: (04 نقاط)

(I) $a = 3\sqrt{3}$ ؛ $b = 2\sqrt{7}$

1- $a - b = 3\sqrt{3} - 2\sqrt{7}$

$= (3\sqrt{3} - 2\sqrt{7}) \times \frac{(3\sqrt{3} + 2\sqrt{7})}{(3\sqrt{3} + 2\sqrt{7})}$

$= \frac{(3\sqrt{3})^2 - (2\sqrt{7})^2}{3\sqrt{3} + 2\sqrt{7}}$ (0,5)

$= \frac{9 \times 3 - 4 \times 7}{3\sqrt{3} + 2\sqrt{7}} = \frac{27 - 28}{3\sqrt{3} + 2\sqrt{7}}$

$= \frac{-1}{3\sqrt{3} + 2\sqrt{7}}$.

2- لدينا: $a - b < 0$ ومنه: $a < b$ (0,5)

(II): $-4 < x < -1$ و $2 < y < 5$

• إيجاد حصر لـ:

1- $y - x$: لدينا: $2 < y < 5$ (0,5)

و $1 < -x < 4$ أي: $-4 < x < -1$ (0,75)

وبالجمع طرفا لطرفا نجد: $\boxed{3 < y - x < 9}$

2- $1 - xy$: لدينا: $1 < -x < 4$ (0,5)

و $2 < y < 5$

وبالضرب طرفا لطرفا نجد: $2 < -xy < 20$ (0,5)

وبإضافة العدد 1 نجد: $\boxed{3 < 1 - xy < 21}$

3- $\sqrt{\frac{y-x}{1-xy}}$: لدينا: $3 < 1 - xy < 21$ (0,75)

ومنه: $\frac{1}{21} < \frac{1}{1-xy} < \frac{1}{3}$

موقع الدراسة eddirasa.com

Scanné avec CamScanner

ولدينا : $3 < y-x < 9$

وبضرب طرفا لطرفا نجد :

$$3 \times \frac{1}{21} < (y-x) \frac{1}{1-xy} < 9 \times \frac{1}{3}$$

أي :

$$\frac{1}{7} < \frac{y-x}{1-xy} < 3$$

وعليه :

$$\sqrt{\frac{1}{7}} < \sqrt{\frac{y-x}{1-xy}} < \sqrt{3}$$

$$\frac{\sqrt{7}}{7} < \sqrt{\frac{y-x}{1-xy}} < \sqrt{3}$$

4- x^2+y : (0,5)

لدينا : $1 < -x < 4$

و $1 < -x < 4$

بالضرب طرفا لطرفا نجد :

$1 < x^2 < 16$

ولدينا : $2 < y < 5$

فبالجمع طرفا لطرفا نجد :

$$3 < x^2+y < 21$$

موقع الدراسة
eddirasa.com

Scanné avec CamScanner