ثانوية ... - عين طاية -

فرض محروس رقم 01 للفصل الثاني
في مادة العلوم الطبيعية

الموضوع:

عمل عضوي في الجسم يمارس وظيفته وأثناء ذلك يتأثر ويؤثر في أعضاء أخرى. هذا ما يسمح بمبدأ التكامل والتنسيق الوظيفي.

من بين هذه الأعضاء القلب الذي يتميز بنسيج خاص به.

I (1) - ما هو هذا النسيج؟ عرفه محددا عناصره ومكان تواجده؟

(2) ما ذا نتوقع إذا خرب هذا النسيج؟ ماذا تستنتج؟

(3) - لمعرفة دور الجهاز العصبي في تنظيم نشاط القلب لاحظ الوثيقة

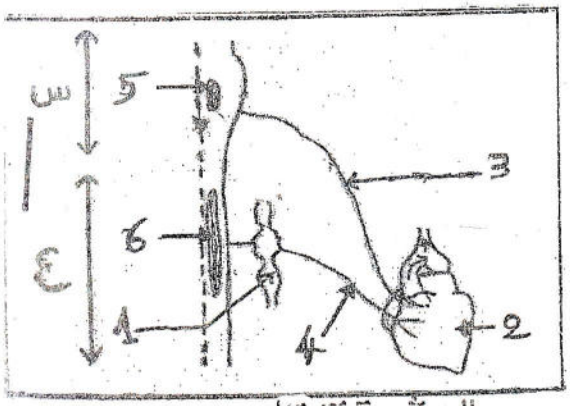
أ: سم البيانات المرقمة والعنصرين س و ع.

ب - ماهي نتائج قطع العنصر (3) على الوتيرة القلبية؟

ج - ماهي نتائج قطع العنصر (4) على الوتيرة القلبية؟

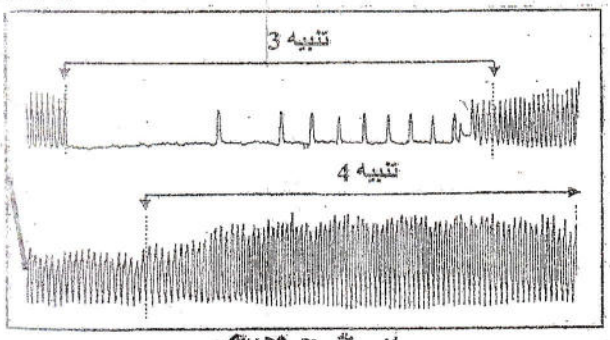
د - ماذا تستنتج من هذا؟

هـ - وضح برسم تخطيطي الوحدة البنائية للعنصر (4)



الوثيقة (1)

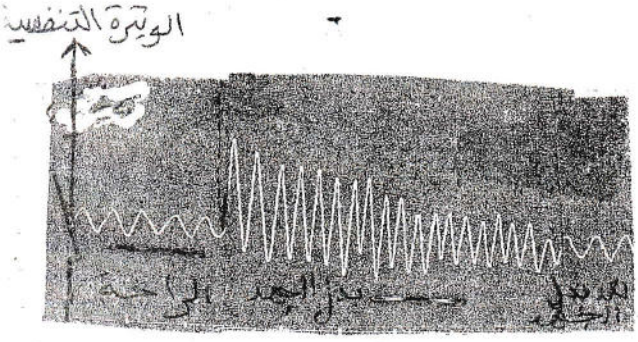
(4) - قصد التأكد من النتائج السابقة تمت دراسة تغيرات الوتيرة القلبية عند تنبيه العنصرين (3) و(4) النتائج المحصل عليها مدونة في الوثيقة (2).




الوثيقة (2)

- هل تؤكد هذه التسجيلات استنتاجك السابق؟ علل ذلك؟

II - تم قياس الوتيرة القلبية والتنفسية لتلميذ في حالات مختلفة النتائج المحصل عليها مدونة في شكلي الوثيقة (3)



الشكل (ب)



الشكل (أ)

الوثيقة (3)

1- عرف كل من الوتيرة القلبية والتنفسية.

2- أعط تحليل مقارنا للتسجيلين.

3- كيف تفسر هذه التغيرات الفيزيولوجية المراقبة للجهد العضلي؟ وما الفائدة من ذلك؟

III - من خلال هذه الدراسة ومعلوماتك لخص في نص علمي آلية عمل وتشريح الجهاز القلبي والتنفسي.