المتوسطة :عبد الحميد ابن باديس **السنة الدراسية : 2023/2022**

المستوى :الثالث المتوسط **المدة الزمنية :ساعة و نصف**

إختبار الفصل الأول في مادة علوم الطبيعة و الحياة

الجزء الاول : (12 ن)

التمرين الأول (06ن): إليك الجدول التالي الذي يوضح معطيات عن زلزالين وقعا في منطقتين مختلفتين.

	تاريخ الزلزال	المقدار	عمق البؤرة
المنطقة 1	2012/10/10	7	9 كم
المنطقة 2	2015/09/17	7	100 كم

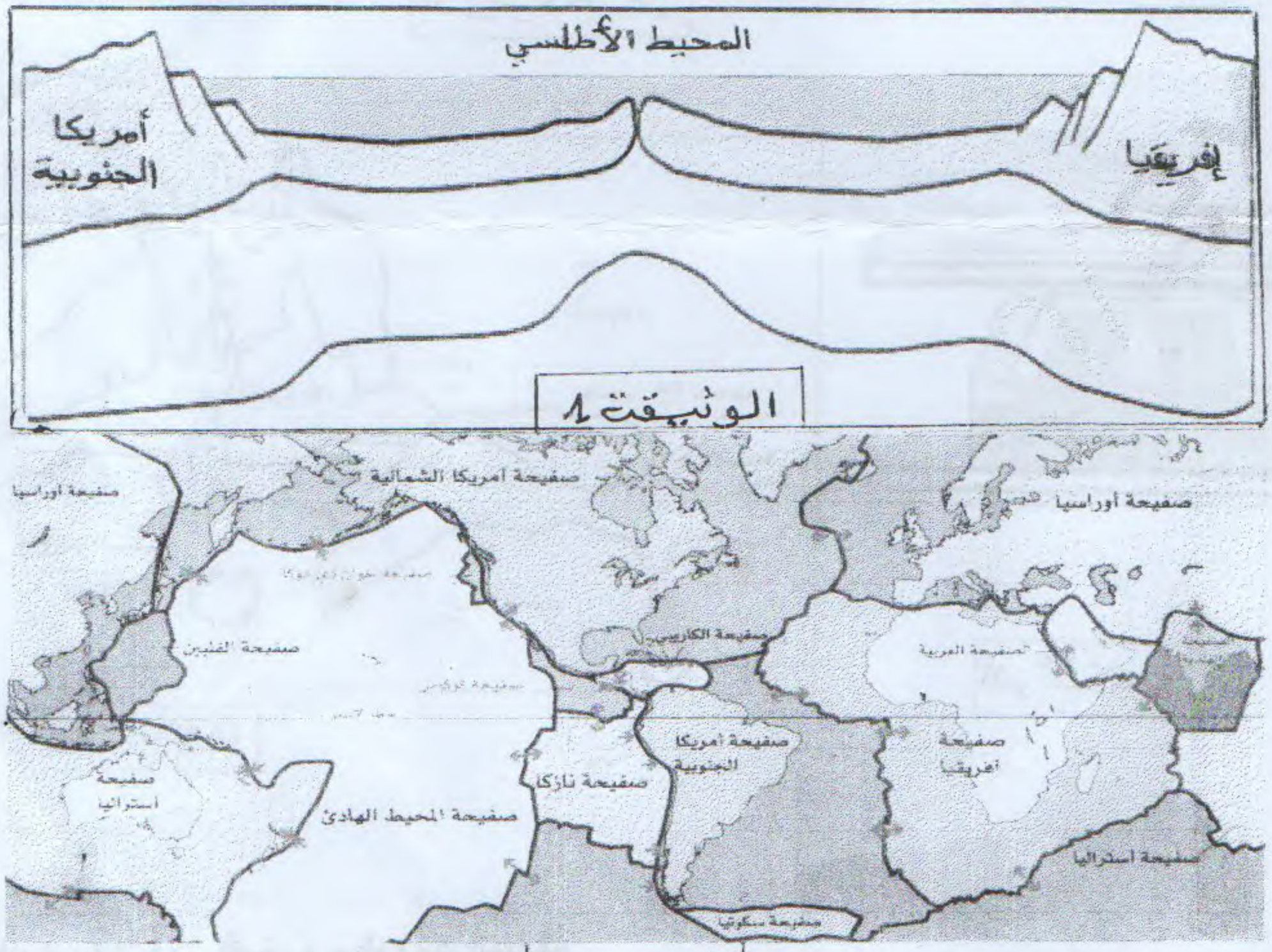
الوثيقة

1- حدد المنطقة الأكثر تضررا بالزلزال مع التعليل.

2- اذكر اسباب حدوث الزلازل مع الشرح .

التمرين الثاني (06 ن) :

تغيب زميلك عن نشاط حركة الصفائح التكتونية للكرة الارضية . فطلب منك مساعدته فقدمت له الوثائق الموضحة اسفله



الوثيقة 1

الوثيقة 2

من خلال الوثائق المقدمة و معلوماتك :

1- عرف الصفائح التكتونية .

2- حدد ماذا تمثل الأسهم الموضحة على هذه الصفائح (← →) و (→ ←) ، أذكر مثالا لكل حركة .


3- إشرح ألية حركة الصفائح التكتونية .

الصفحة 1/2 ← اقلب الصفحة

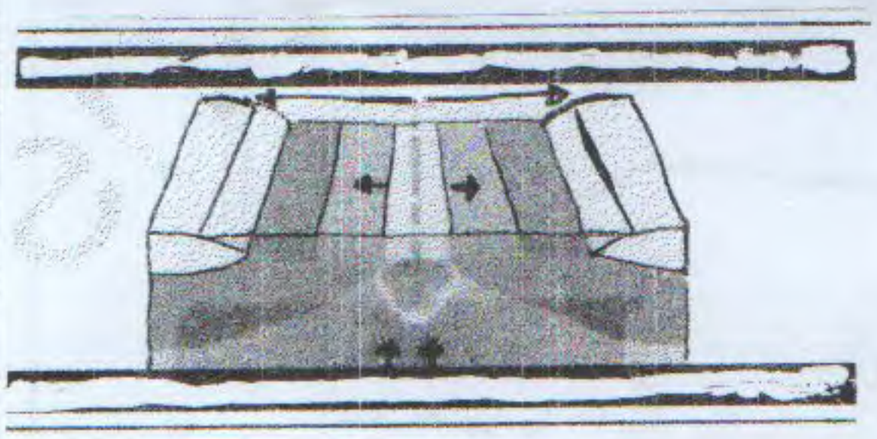
الجزء الثّاني : (05ن) وضعية الإدماج

لم يستوعب زميلك فكرة زيادة مساحات جيولوجية جديدة تؤدي إلى تمدد قشرة المحيطات . و لفهم ذلك لجأ إلى البحث عبر شبكة الانترنت، فتحصل على وثائق مختلفة و طلب منك مساعدته لفهمها.

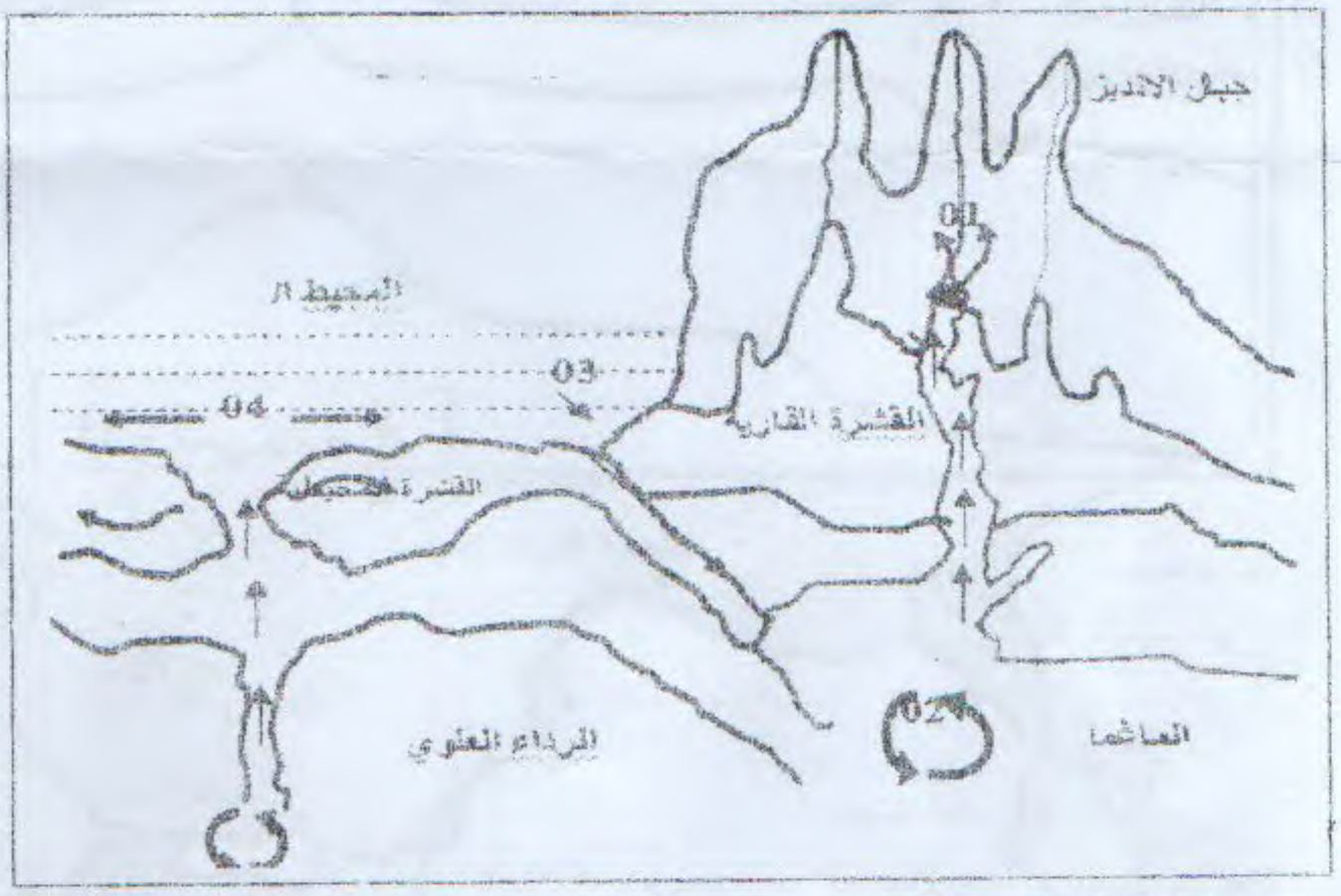
السنـــد:



الوثيقة -1-



الوثيقة 3



الوثيقة (02)

التعليمة : من خلال السند و معلوماتك السابقة

1- حدد أصل تمدد قاع المحيطات.
2- فسر سبب بقاء حجم الأرض ثابتا .
3- بين ما ينتج عن هذه الظواهر .

بالتوفيق