الجمهورية الجزائرية الديمقراطية الشّعبية

وزارة التربية الوطنية

ابتدائية مالك بن نبي – المالح - السنة الثالثة ابتدائي

الإسم : ..... اللقب: .....

اختبار الفصل الثاني في الرياضيات

التمرين الأوّل : انجز العمليات التالية (1.5 ن)

$$\begin{array}{r} 1793 \\ -\ 327 \\ \hline = \end{array} \qquad \begin{array}{r} 3958 \\ -\ 1016 \\ \hline = \end{array} \qquad \begin{array}{r} 6472 \\ +\ 2948 \\ \hline = \end{array}$$

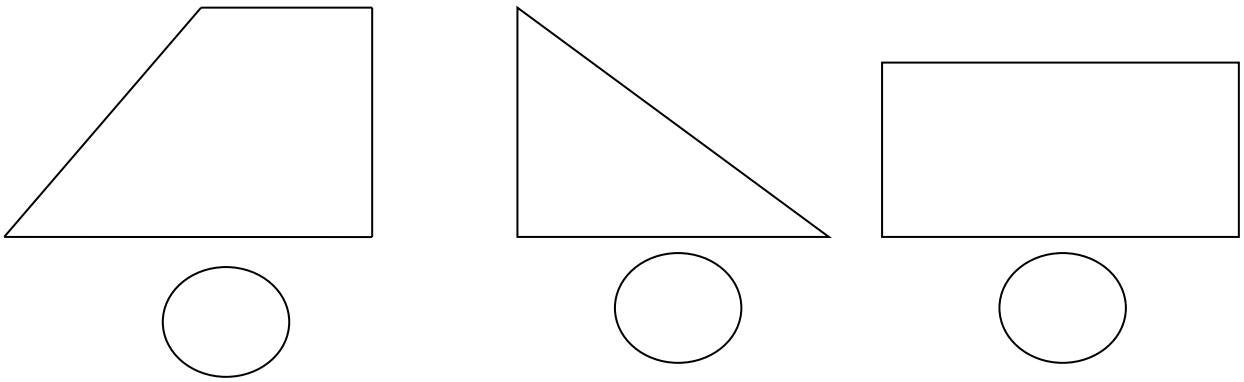
التمرين الثاني :اكمل متتالية الأعداد التالية (1.5ن)

.....	.....	.....	800	750	700

التمرين الثالث : حوّل الى الوحدة المطلوبة (1.5ن)

60dag=.....g / 4010kg=..... kg .....g / 3g=.....mg

التمرين الرّابع :عيّن على كل شكل الزّوايا القائمة ثم اكتب عددها



موقع الدراسة
eddirasa.com

الوضعية الادماجية: (4ن)

DA120 وأكياس من الحليب بـ DA170 اشترى الأب كيسًا من الدّقيق بـ وعلبة طماطم مصبرة DA 145

*ما هي قيمة مشتريات الأب ؟

*إذا علمت أنّ المبلغ الذي كان مع الأب هو DA1250

*ما هوالمبلغ المتبقي مع الأب ؟

العمليات	الحلّ	الأجوبة
		=.....
		.....
		=.....
		.....

بالتوفيق أبنائي الأعزاء

موقع الدراسة
eddirasa.com

الجمهورية الجزائرية الديمقراطية الشّعبية

وزارة التربية الوطنية

ابتدائية مالك بن نبي – المالح - السنة الثالثة ابتدائي

الإسم : ..... اللقب: .....

اختبار الفصل الثاني في الرياضيات

التمرين الأوّل : انجز العمليات عموديًا (1.5 ن)

2420-1835= ..... / 3465+145 = ... / 894 - 625 = ...

التمرين الثاني :اكمل بما يناسب (2ن)

6 +6 +6=..... × ..... = ...

4 + 4 + 4 + 4 = ...× ..... =.....

التمرين الثالث : حوّل الى الغرام (1ن)

9kg=.....g

1kg 320 g = ... g

2kg = ...g

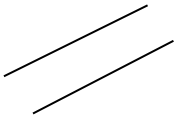
3kg 4g=.....g

التمرين الرّابع : ارتّب تنازليًّا (2ن)

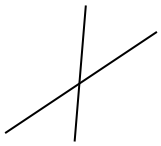
4028- 9112 – 889 – 2041

> ..... > ..... >.....>.....

التمرين الخامس : لاحظ وضعية كلّ مستقيمين ثمّ اكمل



مستقيمان .....



مستقيمان .....



مستقيمان .....

موقع الدراسة eddirasa.com

الوضعية الادماجية: (4ن)

اشترى الأب كيسا من الدّقيق ب 170 da و أكياس من الحليب بـ 120 da و علبة طماطم مصبّرة بـ 145 da .

*ما هي قيمة مشتريات الأب ؟

*إذا علمت أنّ المبلغ الذي كان مع الأب هو DA1250

*ما هوالمبلغ المتبقي مع الأب ؟

العمليات	الحلّ	الأجوبة
		..... = ☐
		..... ☐
		..... = ☐
		..... ☐

بالتوفيق أبنائي الأعزاء

موقع الدراسة
eddirasa.com