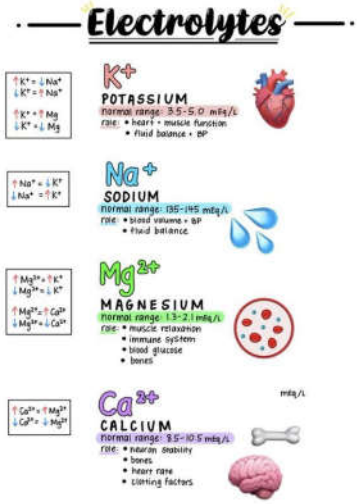
مديرية التربية لولاية مستغانم
متوسطة مجاهري عبدالله – يناير

اختبار الثلاثي الأخير للرابعة متوسط
دورة :جوان 2025

امتحان تجريبي في مادة العلوم الفيزيائية والتكنولوجيا
المدة: ساعة ونصف

التمرين الاول:(06 نقاط)



- يعاني مريض من نقصان بعض الأنواع الكيميائية في جسمه، إذ تساعده على التوازن بين السوائل داخل وخارج الخلايا نذكر لك منها: Cl^- Mg^{+2}, K^+, Zn^{+2}, Na^+, Ca^{+2},

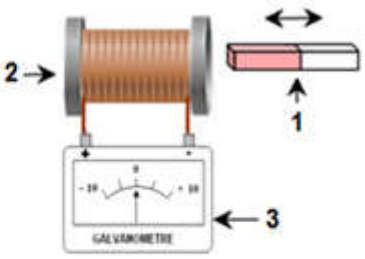
1) سم الأنواع الكيميائية الموجودة في جسم الانسان.
2) صنف الأنواع الكيميائية: مركبة/بسيطة، سالبة/موجبة.
3) ما هي الأنواع الكيميائية التي يمكن الكشف عنها؟ أذكر الكواشف المناسبة لها.حسب مادرست.

- نجري التحليل الكهربائي لـ(Zn^{+2}+..Cl^-).
- أرسم مخطط التجربة مع توضيح كافة البيانات.
- قدم وصف لم سيحدث في التجربة مع المعادلات النصفية والاجمالية.

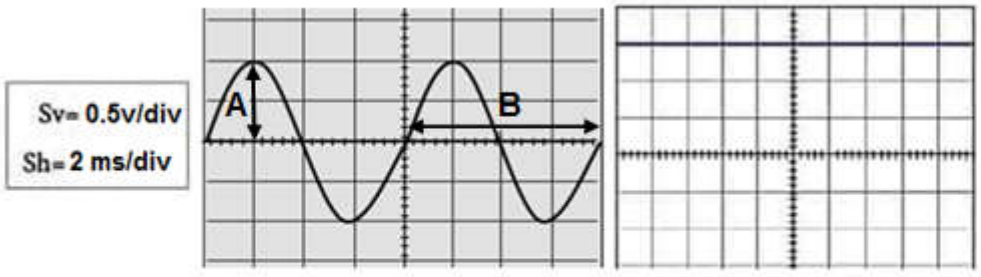
التمرين الثاني:(06 نقاط): مقتبس من موضوع الأستاذ سي يوسف إبراهيم

لغرض دراسة خصائص تيار كهربائي حققنا التجربة الموضحة في (الوثيقة 03):

1. حدد العنصر **المحرض** و العنصر **المتحرض**، ثم سم **الظاهرة**.
2. بغرض معاينة التوتر الناتج عن التجربة، استعملنا راسم الاهتزاز المهبطي فتحصلنا على **أحد** أشكال **(الوثيقة 04)**:



الوثيقة 03



الشكل 02 الشكل 01

الوثيقة 04

أ. حدد **الشكل** الموافق للتوتر الكهربائي الناتج عن التجربة.

ب. ما **نوع** التوترين الكهربائيين في الوثيقة 04؟ قارن بينهما من حيث **الشدة** و **الجهة**.

3. مستغلا المقدارين A و B، **أحسب** خاصيتين لهذا التوتر الكهربائي (الشكل 2)./2

4. في مرحلة أخيرة من التجارب أجرى التلاميذ قياسات بواسطة جهازين رقميين فأظهر كل جهاز على شاشته القيم:

الجهاز الأول	الجهاز الثاني

الدراسة
eddirasa.com

0.37A	0.70V

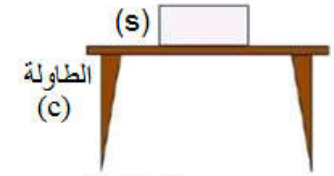
أ. تعرف على الجهازين.

ب. ماذا تمثل القيمة المسجلة على الجهاز الثاني؟ تحقق منها حسابيا.

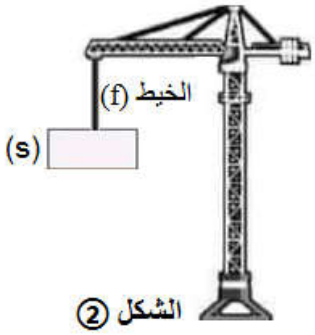
الوضعية الإدماجية:(08 نقاط): **مقتبس من موضوع الأستاذ سي براهيم يوسف**

تستعمل الآلات البسيطة (البكرة، الرافعة، الكماشة ...) في انجاز كثير من الأشغال اليومية.

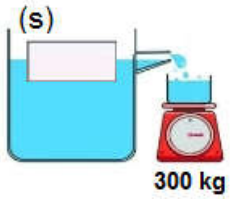
بينما كان زميلك عمر يمشي على قارعة الطريق، رأى رافعة تحمل **جملة ميكانيكية (s)** كانت موضوعة فوق **طاولة (c)** كما هو موضح في الشكلين 1 و 2 من الوثيقة 05:



الشكل ①



الشكل ②



الشكل ③

الوثيقة 05

1. مثل كيفيا الأفعال المتبادلة بين الجملة (s) و الطاولة (c).

2. اذا علمت أن كتلة الجملة الميكانيكية (s) هي 300kg:

أحسب ثقل الجملة (s) علما أن الجاذبية الأرضية g=10N/Kg.

3. اذا اعتبرنا الجملة (s) أثناء حملها بالرافعة في وضع **توازن**.

أ. أذكر شرطا توازن الجملة (s).

ب. أذكر القوى المؤثرة على الجملة (s) ثم **مثلها** باستعمال سلم الرسم:

1 cm → 1000 N

4. فجأة انقطع الخيط و سقطت **الجملة** (s) في حوض **مائي** كبير وبقيت **طافية** و هي في حالة **توازن** كما هو موضح في الشكل 3.

أ. أحسب دافعة أرخميدس F_A علما أن كتلة الماء المزاح m_L= 300kg.

ب. ما هي القوى المؤثرة على الجملة (s) ثم **مثلها** باستعمال سلم الرسم السابق.

ت. فسر سبب **طفو** الجملة (s).

موقع الدراسة
eddirasa.com