مدرسة: يوم:.....	امتحان الفصل الثالث في مادة الرياضيات	المستوى:السنة 4 ابتدائي التلميذ:.....

التمرين الأول:

إِلَيْكَ الْعَدَدَ الْعُشْرِيَّ التَّالِي: 28,34

أَكْتُبُ الْعَدَدَ عَلَى شَكْلِ كَسْرٍ عُشْرِي.....

اكْتُبُ الْجُزْءَ الصَّحِيحَ لِهَذَا الْعَدَدِ.....

أَحْصُرُ هَذَا الْعَدَدَ بَيْنَ عَدَدَيْنِ طَبِيعِيَيْنِ .....< 28.34 <.....

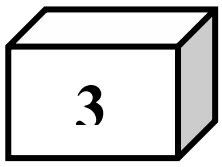
التمرين الثاني:) أُكْمِلُ مَلْءَ الْفَرَاغَاتِ:

$$\frac{23}{4} = \ldots\ldots + \frac{\ldots\ldots}{\ldots\ldots}$$

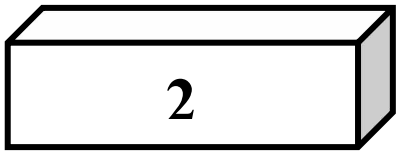
$$7 + \frac{2}{5} = \frac{\ldots}{\ldots}$$

$$7h = _____ \ min$$


التمرين الثالث: سَمِّ كُلًّا مِنَ الْمُجَسَّمَاتِ التَّالِيَةِ:



.....



.....



.....

التمرين الرابع: أكْمِلُ مَلْءَ الْجَدْوَلِ:

كَمِّيَةُ الْبَنْزِينِ (l)	2	.....	6	.....
الْمَسَافَةُ (Km)	.....	8	12	16

الوضعية الإدماجية:

لِتَحْضِيرِ قَلْبِ اللُّوزِ خَلَطَتِ الْأُمُّ **495.25g** مِنَ السُّكَرِ مَعَ **950.75g** مِنَ السَّمِيدِ الْخَشِنِ.

1- مَاهُوَ وَزْنُ الْخَلِيطِ ؟

وَضَعَتِ الْأُمُّ الْمَقَادِيرَ فِي صِينِيَّةٍ مُرَبَّعَةِ الشَّكْلِ ضِلْعُهَا **35cm**.

2- مَاهِيَ مِسَاحَةُ هَذِهِ الصِّينِيَّةِ؟

أَدْخَلَتِ الْأُمُّ الصِّينِيَّةَ إِلَى الْفُرْنِ عَلَى السَّاعَةِ **12h00min** وَأَخْرَجَتْهَا عَلَى السَّاعَةِ **12h45min**

3- مَاهِيَ الْمُدَّةُ الَّتِي اِسْتَغْرَقَتْهَا الْحَلْوَى فِي الْفُرْنِ؟

العمليات	الحـــل	الأجوبة